合 肥 工 业 大 学 试 卷 （(A、B卷)　　编号：

共＿＿页第 1 页

200 ～200 学年第＿＿学期 课程名称传感器及理论应用 考试班级机电2000-1,2,3 命题教师李杨俊 教研室主任审批签名＿＿＿考试日期＿＿＿

学生班号＿＿＿＿＿＿　　学生姓名＿＿＿＿＿＿　　成绩＿＿＿＿＿＿

1. 填空题：(共40分—6、2、2、8、8、4、10)

(1) 传感器静态特性指标主要有＿＿＿＿、＿＿＿＿、＿＿＿＿、＿＿＿＿、＿＿＿＿等。传感器线性度δL的含义是＿＿＿＿＿＿＿＿＿＿＿＿＿＿＿＿＿＿＿＿＿＿＿＿

(2) 涡流转速计的旋转体有N个齿，输出信号频率为f，这时所测转速n为＿＿＿＿(转/分)。

(3) 二进制的码盘式角度-数字编码器有n个码道，它所能分辨的角度α为＿＿＿＿＿＿。

(4) 光栅莫尔条纹有三个重要特性，它们是＿＿＿＿＿＿＿＿＿＿＿＿＿＿＿＿＿＿＿＿、＿＿＿＿＿＿＿＿＿＿＿＿＿＿＿＿＿＿＿＿和＿＿＿＿＿＿＿＿＿＿＿＿＿＿＿＿＿＿＿＿。若栅距为ω，主、付光栅之间夹角为θ弧度，这时莫尔条纹的宽度是＿＿＿＿＿＿

(5) 压电晶片电容为C，所带电荷为Q，电压为U，当把这两片串联联接，这时的等效电荷Q'为＿＿＿＿，等效电容C'为＿＿＿＿。当并联联接时，等效电荷Q'为＿＿＿＿等效电容C'为＿＿＿＿。

(6) 光纤传感器，若纤芯折射率为n1，包层折射率为n2，该光纤的数值孔径NA是＿＿＿＿＿＿＿＿，如果外部媒介为空气 n0=1，该光纤的最大入射角是＿＿＿＿＿＿。

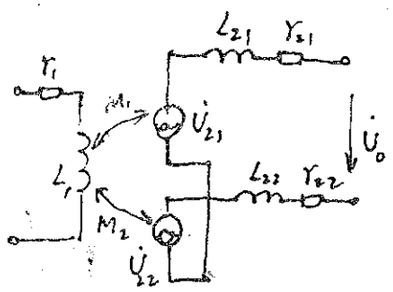
(7) 光电效应有三类，它们是＿＿＿＿＿＿、＿＿＿＿＿＿和＿＿＿＿＿＿。光敏电阻是基于＿＿＿＿＿＿效应，光电池是基于＿＿＿＿＿＿效应。

2. 有一个一阶传感器，其微分方程为 $31.4\frac{dy}{dt}+20y=1.5x$，其中，y—输出电压(mV)；x—输入位移(mm)　　(6×2=12分)

(1) 试求该传感器的时间常数τ和静态灵敏度K

(2) 用它去测量周期为0.785秒的正弦信号，其输出的幅值相对误差是多少？

3. 下图是差动变压器的等效电路，将它等效为一个电势源，求其等效输出电势$\dot{U}_0$和等效输出阻抗Z。(6分)



注：试卷是用誊影手段而成，因此请命题老师用黑色墨水或黑圆珠笔仿工整地书写题目，以保证试卷字迹清晰。

合 肥 工 业 大 学 试 卷 （A、B卷）

编号：

共____页第 2 页

200 ～200 学年第____学期 课程名称_____考试班级_____命题教师_____教研室主任审批签名_____考试日期_____

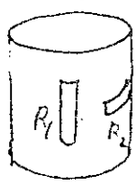
学生班号_____ 学生姓名_____ 成绩_____

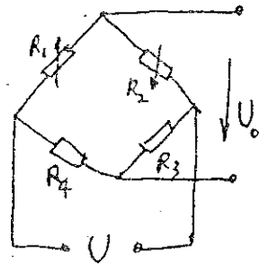
装

订

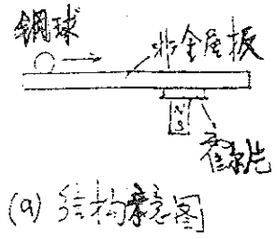
线

4. 在一钢制圆柱试件上，沿轴线和圆周方向各贴一片电阻为120Ω的金属应变片R_1和R_2，把这两片接成差动电桥（如图）。若钢的泊松系数$\mu=0.285$，应变片灵敏系数$K=2$，电桥供电电压$U=2V$。当试件受拉力时，测得应变片R_1的电阻变化值$\Delta R_1=0.48\Omega$。(1)试求电桥的输出电压U_o；(2)R_2的主要作用是什么？ (7+3=10分)

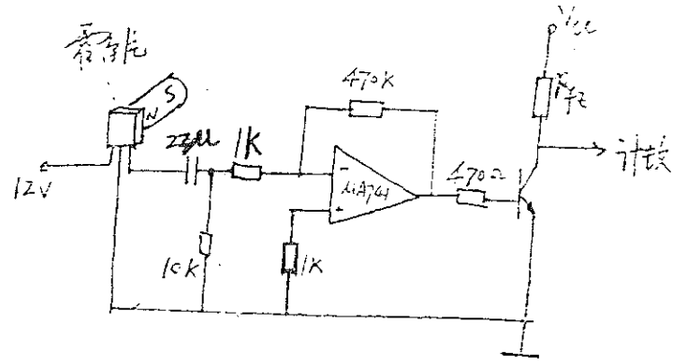




5. 图示是利用霍尔元件进行钢球计数的测量装置及其测量电路原理图，试说明其工作原理。 (6分)



(a) 结构原理图



(b) 电路原理图

注：试卷是用着影手段而成，因此请命题老师用黑色墨水或黑圆珠笔较工整地书写题目，以保证试卷字迹清晰。

200 ～200 学年第＿＿学期 课程名称＿＿＿＿考试班级＿＿＿＿命题教师＿＿＿教研室主任审批签名＿＿＿考试日期＿＿＿
学生班号＿＿＿＿＿＿＿＿　学生姓名＿＿＿＿＿＿＿＿　成绩＿＿＿＿＿＿＿＿

6. 某压电晶体的电容为1000PF，电荷灵敏度 $K_g = 2.5\ C/cm$，输电导线 $C_c = 3000PF$，末级放大的输入阻抗为1MΩ和并联电容为50PF，求：
(1) 压电晶体的压电灵敏度
(2) 测量系统的频响
(3) 如系统允许的测量幅值误差为5%，该仪器可测最低频率为多少？
(6×3=18分)

7. 何为驱动电缆技术？采用它的目的是什么？ (5分)

8. 将一支灵敏度 0.08mV/℃ 的热电偶与电压表相连，电压表接线端处温度为50℃，电压表上读数为60mV，求热电偶热端温度。(5分)

装

订

线

注：试卷是用誊影手段而成，因此请命题老师用黑色墨水或黑圆珠笔较工整地书写题目，以保证试卷字迹清晰。