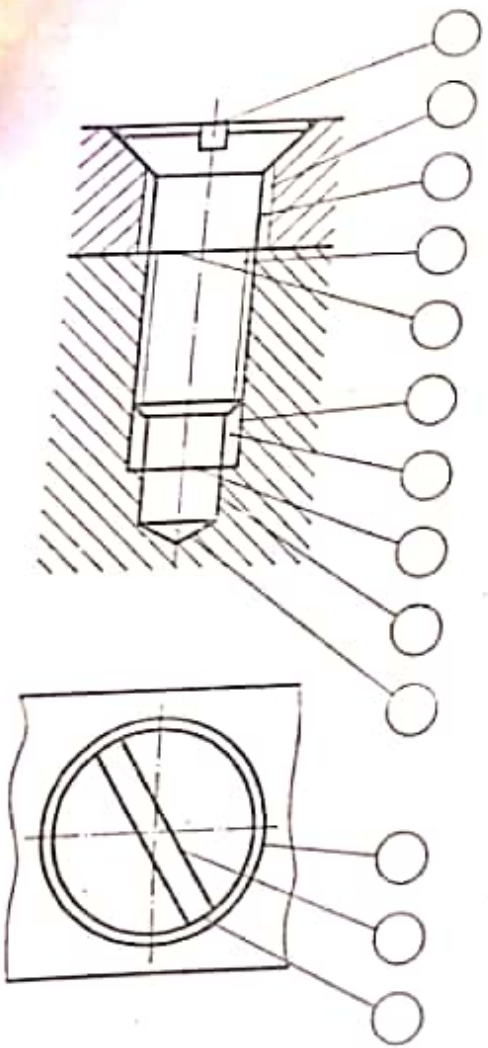
合肥工业大学试卷(B)

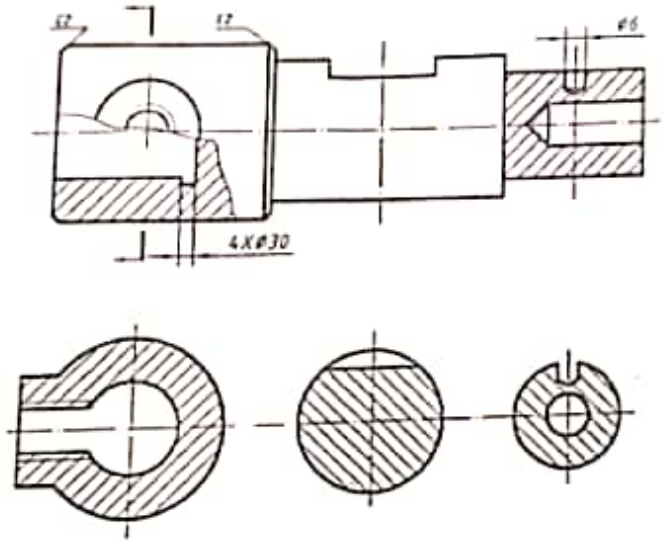
2010 ~ 2011 学年 第 二 学期 课程代码 02002168 课程名称 工程图学 A (2) 考试日期 _____ 命题教师 胡延平 教研室主任审批签名 _____

学号 _____ 学生姓名 _____ 教学班号 _____ 题号 _____ 得分 _____

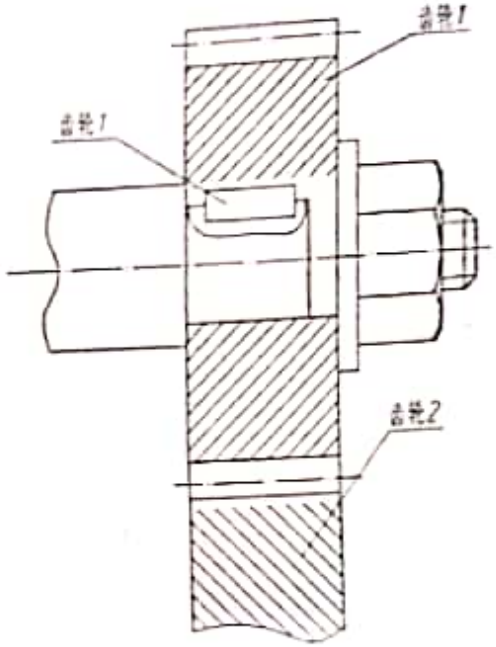
一、下面的螺钉联接图中，你认为画法正确的在圆圈内打"√"，错误的打"X"。(13%)



二、改正下图中有关错误。(不要的线打"X"，或特别文字说明) (12%)



三、已知一对齿轮啮合，齿轮一用键和轴联接其周围固定，补全齿轮啮合处以及键和螺母联接处的画法。(10%)



扫描全能王 创建

五、看懂轴承座零件图，解答下面问题。(30%)

1 零件图中代号为2×M16 下 10，其含义是 _____ (3%)

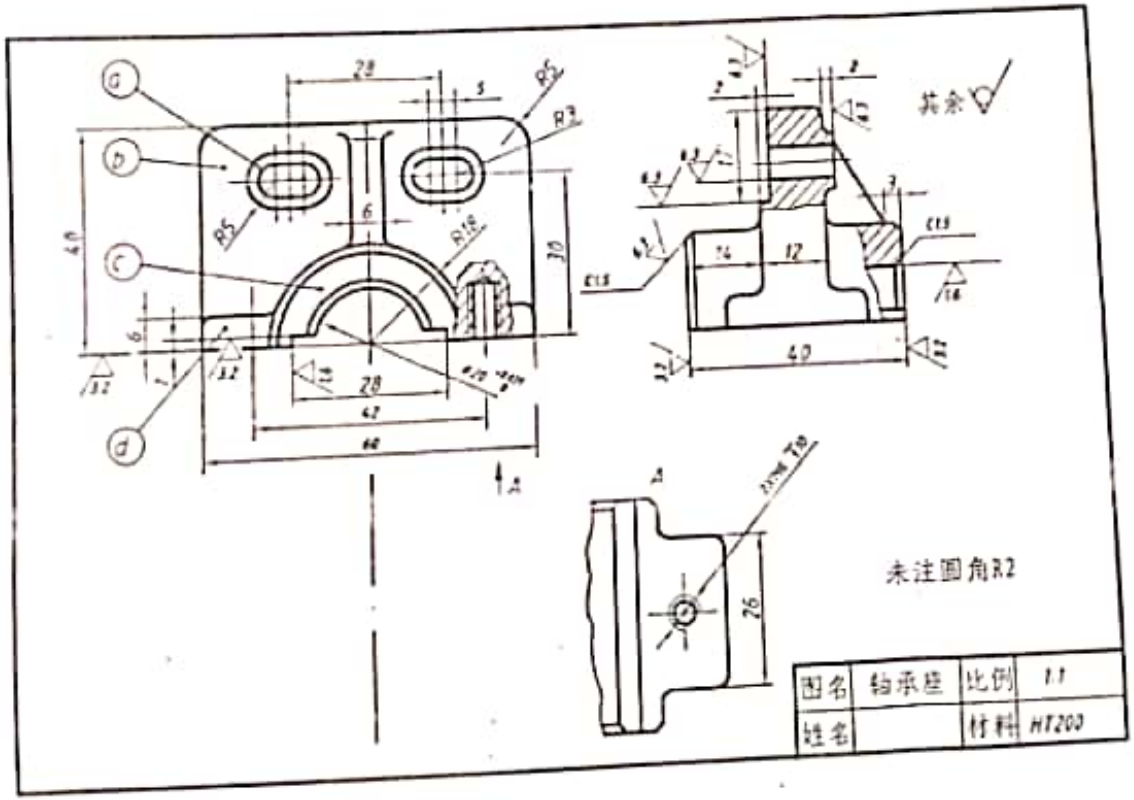
2. 图中$\phi 20^{+0.021}_{0}$ 孔的最大极限尺寸是 _____，下偏差是 _____，公差是 _____；(4%)

3 图中表面粗糙度要求最高的Ra值是 _____，要求最低的代号是 _____；(4%)

4 图中R3表面位定位尺寸有 _____ _____； (2%)

5 在主视图中标有ⓐⓑⓒⓓ四个孔，其视图有重合的孔是 _____，视图有重合的孔是 _____； (2%)

6 画出俯视图。(只画外形孔，虚线不画，圆角、过渡线不画，尺寸直接从图中量取) (15%)



扫描全能王 创建

1、看懂装配图，完成下列问题。(30%)
(装配图见第8页)

1、简述该装配图的表达方法：(5%)

2、零件5起什么作用：(3%)


3、要安装该机器需要多少质量级别多大的螺栓？(3%)

4、写出标注零件4的步骤：(4%)

5、Φ26H8/f7，基___制，_____配合(2%)

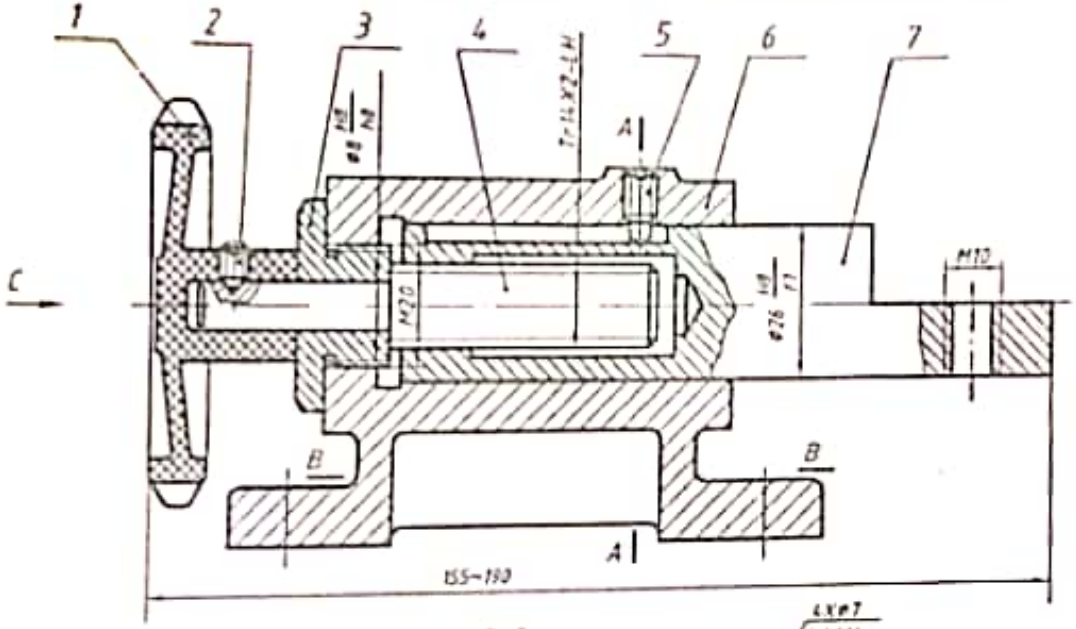
6、拆画零件6的零件图。(13%)

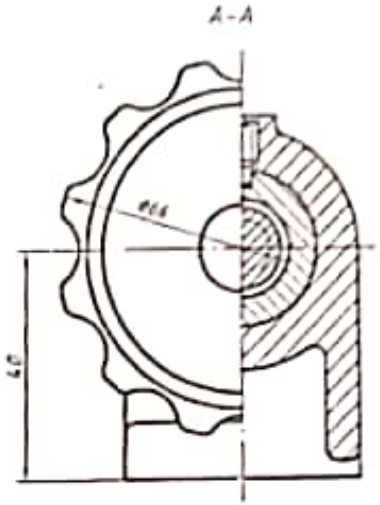
(注意：尺寸从图上直接量取，零件图只标注装配图已有的尺寸，不标注粗糙度。)

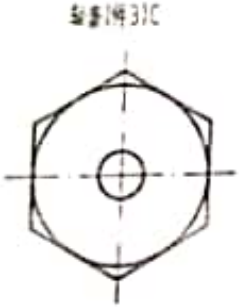


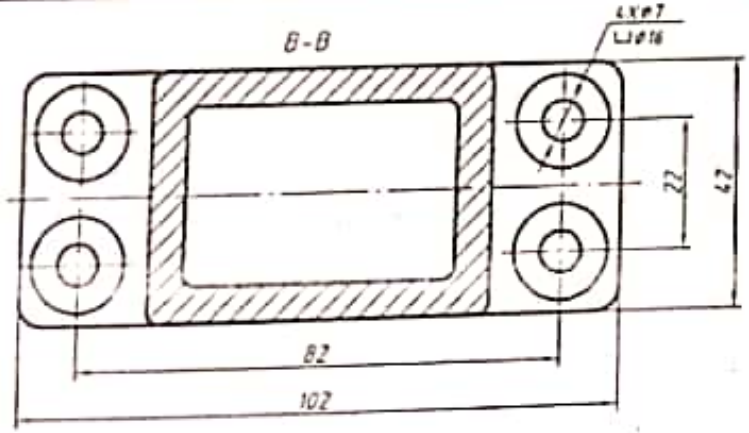
扫描全能王 创建

工作原理：当转动手轮3时，通过固定螺钉2带动螺杆4转动，螺杆两端各3段都不能作轴向移动，导杆(编号17)只有作轴向移动，且通过M10螺孔带动其它各件同时作轴向移动，螺钉5既可限制导杆转动，又可限制导杆在一定范围内轴向移动。









7	导杆	1	45	
6	支座	1	ZL103	
5	紧定螺钉 M6X12	1	Q235	GB/T75
4	螺杆	1	45	
3	轴套	1	45	
2	紧定螺钉 M5X8	1	Q235	GB/T71
1	手轮	1	铸铝合金	
序号	名称	数量	材料	备注

微动机构	重量		图号	
	比例	1:1	共1张 第1张	
制图		合肥工业大学		
审核				

技术要求

装配后转动手轮3，螺杆两转动灵活且导杆的轴向移动平稳。

扫描全能王 创建