合肥工业大学试卷（试卷 B）

共 5 页 第 1 页

2012 ~2013 学年第 一 学期 课程代码 02031288 学分 3.5 课程名称 机械设计 命题教师 机械设计课程组 教研室主任审批签名

学号 学生姓名 教学班号 考试班级 考试日期 评阅教师成绩

考生注意：答题内容勿超过装订线左侧

一、选择题（每空1分，共10分）

常用螺纹的牙形有三角形、矩形、梯形和锯齿形等，其中用于联接和用于传动的牙形分别为（ ）

A. 第一种和第三种 B. 第二种和第三种 C. 第三种和第一种

采用螺纹联接时，若被联接件厚度较大，且材料较软强度较低，并需要经常装拆时，一般宜采用（ ）

A. 螺栓连接 B. 双头螺柱连接 C. 螺钉连接

3. 选取V带型号，主要取决于（ ）。

A. 带传递的功率和小带轮转速 B. 带的线速度 C. 带的紧边拉力

4. 与齿轮传动相比较，链传动的主要优点是（ ）。

A. 传动效率高 B. 工作平稳，无噪音 C. 承载能力大 D. 能传递的中心距大

5. 在机械传动中，理论上能保证瞬时传动比为常数的是（ ）

A. 带传动 B. 链传动 C. 齿轮传动 D. 摩擦轮传动

6. 一般参数的闭式软齿面齿轮传动的主要失效形式是（ ）

A. 齿面点蚀 B. 轮齿折断 C. 齿面磨粒磨损 D. 齿面胶合

7. 一般在中速中载条件下，蜗轮齿圈的常用材料是（ ）：

A）碳钢 B）合金钢 C）青铜 D）夹布胶木

8. 在下列轴上轴向定位零件中，（ ）定位方式不能承受较大的轴向力。

A. 轴肩 B. 套筒 C. 圆螺母 D. 紧定螺钉

9. 采取（ ）措施不能改善轴的刚度。

A. 改用高强度合金钢材料 B. 改变轴的支承位置 C. 改变轴的结构 D. 改变轴的直径

10. 轴最常用的材料是：（ ）

A HT200 B 45号钢 C 巴氏合金 D ZcuA110Fe3

二、填空题（每空1分，共16分）

1. 在普通平键联接中，平键的截面尺寸(b×h)按 选取，键长L一般可按 的宽度决定，静联接键的主要失效形式是工作面的 ，动联接键的主要失效形式是工作面的 。

2. 带传动的主要失效形式是 和 ，带传动的设计准则是 。

3. 代号为 6312 的轴承，其类型是 ，内径尺寸是 mm，直径系列 04 表示为 ，精度等级是 。

4. 轴按其承受的载荷性质不同可以分成 和 。

5. 润滑油的主要性能指标有： 和 。

三、简答题（55分，每小题5分，总共13小题选做11题）

1. 什么是机械零件的标准化？实行标准化有何重要的意义？

答：通过对零件的尺寸、结构要素、材料性能、检验方法、设计方法、制图要求等制定出全式各样的、大家共同遵守的标准。

意义：可对用量最广的零件进行大量、低成本、降低成本、提高质量

目录：材料和零件的性能指标，使其能够进行比较，提高设计质量，优化设计，缩短设计周期，提高设计质量，降低机器维修工作

命题教师注意事项：1、主考教师必须于考试一周前将“试卷A”、“试卷B”经教研室主任审批签字后送教务科印刷。 2、请命题教师用黑色水笔工整地书写题目或用A4纸模式打印贴在试卷版芯中。

由 扫描全能王 扫描创建

2012 ~2013 学年第 一 学期　课程代码 02031288　学分 3.5　课程名称 机械设计　命题教师 机械设计课程组　教研室主任审批签名

学号　学生姓名　教学班号　考试班级　考试日期　成绩

考生注意：答题内容勿超过装订线左侧　装订线

2. 螺纹联接防松的目的是什么？防松的方法有哪些？（至少列举 4 种）

目的：防止螺纹副在受载时发生相对转动

原理：摩擦防松（如双螺母、弹簧垫圈、自锁螺母）

机械（开槽螺母之开口销防松、止动垫圈、串联钢丝）

破坏（焊牢、冲点、涂胶粘剂）

3. 什么是带传动的弹性滑动？它与打滑有何区别？

弹滑：由于带松边与紧边拉力不同，导致带的弹性变形量不等，引起带与带轮间发生局部相对滑动现象，是带传动固有的不可避免的现象。

打滑：带传动中工作载荷超过临界值并进一步增大时，带与带轮间将发生整体的相对滑动，叫打滑。打滑使带磨损加剧，从动轮转速降低，传动失效，无法正常工作。

4. 链传动的主要失效形式有哪些？

链的疲劳破坏，链板疲劳断裂，套筒滚子冲击疲劳破坏，销轴与套筒胶合，链条静力拉断。

4

5. 在非液体滑动轴承的设计时，验算 p 和 pv 的目的是什么？

限制 p：保证润滑油不被过大的挤出

限制 pv：限制轴承的温升，防止胶合

设计依据：保证轴承也具有足够的寿命

由 扫描全能王 扫描创建

2012 ~ 2013 学年第 二 学期　课程代码 02031288　学分 3.5　课程名称 机械设计　命题教师 机械设计课程组　教研室主任审批签名

学号　　学生姓名　　教学班号　　考试班级　　考试日期　　成绩

装 订 线

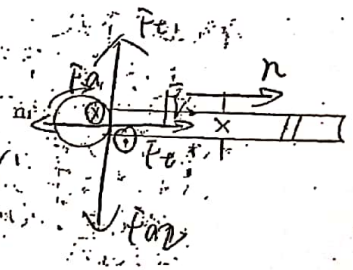
学生注意：答题内容勿超过装订线左侧

6. 何谓滚动轴承的寿命？何谓滚动轴承的基本额定寿命？

7. 滚动轴承密封的作用是什么？常用的密封装置有哪些？

8. 简要说明联轴器和离合器的相同点和不同点。

9. 在图示蜗杆传动中，已知蜗杆的转向 n1、蜗轮的螺旋线方向，问：蜗杆的螺旋线方向，在图中画出蜗轮的转向、蜗轮所受三个分力的方向，并指出分力的名称。



命题教师注意事项：1、主考教师必须于考试一周前将"试卷 A"、"试卷 B"经教研室主任审批签字后送教务科印刷。　2、请命题教师用黑色水笔工整地书写题目或用 A4 纸激式打印贴在试卷版芯中。

由 扫描全能王 扫描创建

2012 ~ 2013 学年第 二 学期　课程代码 02031288　学分 3.5　课程名称 机械设计　命题教师 机械设计课程组　教研室主任审批签名

学号　　学生姓名　　教学班号　　考试班级　　考试日期　　成绩

10. 简述流体动压润滑形成的必要条件。

11. 润滑油选择的一般原则是什么？

12. 螺栓组连接的结构设计应该考虑哪些方面的问题？

13. 简要说明闭式硬齿面、闭式软齿面和开式齿轮传动的设计准则。

闭式软：保证齿面

硬：齿根

开式、变动载荷 磨损

由 扫描全能王 扫描创建

合肥工业大学试卷（试卷 B）

共 5 页 第 5 页

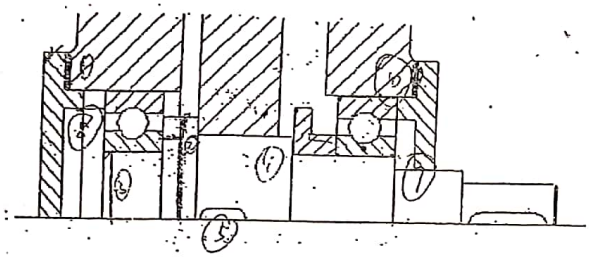
2012 ~2013 学年第 一 学期 课程代码 02031288 学分 3.5 课程名称 机械设计 命题教师 机械设计课程组 教研室主任审批签名

学号 学生姓名 教学班号 考试班级 考试日期 成绩

考生注意：答题内容勿超出装订线

四、结构题、

1 (9 分) 用箭头和号码指出下图轴系结构的主要错误，并简要说明。

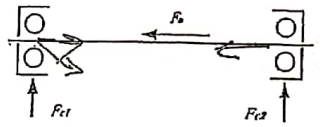


⑧轴肩

①垫片
②无间隙
③键偏
④套筒
⑤键高度
⑥垫片
⑦轴肩

五、计算题（10 分）

图示轴承装置中，已知，轴承载荷平稳，载荷系数f_d=1.1，轴承的外加轴向载荷F_a=500N，轴承的径向载荷：F_{r1}=2139N,F_{r2}=2639N。试求：两轴承的当量动载荷P_1，P_2各为多少？(注：轴承的F_S=0.7F_R，e=0.7；当$\frac{F_a}{F_r}\le e$时，X=1，Y=0；当$\frac{F_a}{F_r}>e$时，X=0.41，Y=0.85)



$F_{S1}=0.7F_{R1}=$ 14973N

$F_{S2}=$ 18473N.

$F_2+F_a=$ ② $>F_{S1}$ 1号2松

$\therefore F_{a1}=F_{S1}=$ 2347.3

$F_{a2}=F_{S2}=$ 1847.3

$\frac{F_{a1}}{F_{R1}}=1.09>0.7$ $\therefore X=0.41$ $Y=0.85$

$\frac{F_{a2}}{F_{R2}}=0.7$ $\therefore X=1$ $Y=0$

$P_2=f_d(XF_{R2}+YF_{a2})$

命题教师注意事项：1、主考教师必须于考试一周前将"试卷 A"、"试卷 B"经教研室主任审批签字后送教务科印刷。 2、请命题教师用蓝色水笔工整地书写题目或用 A4 纸模式打印贴在试卷版芯中。

由 扫描全能王 扫描创建

点 25

合肥工业大学试卷（试卷 A）

共 3 页 第 1 页

2010 - 2011 学年第 一 学期 课程代码 02106120 学分 3.5 课程 机械设计 命题教师 王勇 教研室主任审批签名 黄康

学号 学生姓名 教学班号

考试班级 考试日期 2010.12.26 成绩

合工大大学书店
地址：教学主楼向东100米
电话：13956951158

一、填空题（每空1分，共20分）

1、根据摩擦面间润滑剂的存在情况，滑动摩擦可分为 [redacted] 和 [redacted] 四种。

2、两零件以曲面接触受载，若接触处两零件材料和几何尺寸都不相同，两者的接触应力值 [redacted]

A、相等 B、不相等 C、与材料性质和几何尺寸有关。

3、常用于联接的螺纹是 [redacted] 螺纹，它满足 [redacted] 条件。

4、后合金钢代替碳钢作为制造轴的材料是考虑轴（ B ）

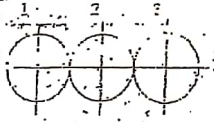
A) 增加刚度 B) 增加强度与耐磨性 C) 减少应力集中 D) 既增加强度又增加刚度

5、为了提高齿轮传动的抗点蚀能力，可采用的措施有（ B ）

A) 变开式传动为闭式传动 B) 提高齿面硬度

C) 在中心距不变的情况下，减少齿数加大模数

6、图示齿轮机构中，当齿轮1主动并顺方向运动，齿轮2的齿根弯曲应力的循环特征是（ ），齿轮2的齿面接触应力的循环特征是（ ）



A) r>0 B) r=1 C) 0<r<1 D) r=0

E) -1≤r<0 F) r=-1 G) r<-1

7、在非液体润滑的滑动轴承设计时，校核 pv 和 [pv] 的目的是 [redacted]

8、一滚动轴承的标记为 6208，其类型为 [redacted]，内径为 [redacted] mm。

9、带传动设计时，限制最小带速是为了避免 [redacted] 应力过大，限制最大带速是为了避

10、根据对各种位移有无补偿能力，联轴器可分为 [redacted] 和 [redacted] 两大类。

11、在普通平键联接中，静联接键的主要失效形式是工作面的 [redacted]，动联接键的主要失效形式是工作面的 [redacted]

二、问答题（每题8分，共32分）

1、在滑动轴承中，形成流体动力润滑的必要条件是什么？为什么说滑动轴承的起动摩擦力较大？

2、在带传动工作过程中，什么是弹性滑动？什么是打滑？两者有何区别？分别对带传动产生什么影响？

由 扫描全能王 扫描创建

合肥工业大学试卷（试卷 A）

2010 - 2011 学年第 一 学期　课程代码 02106120　学分 3.5　课程名称 机械设计　命题教师 王 勇　教研室主任审批签名 [illegible]

学号 [illegible]　学生姓名 [illegible]　教学班号 [illegible]　考试班级 [illegible]　考试日期 2010.12.26　成绩 [illegible]


3、齿轮传动强度计算的载荷系数由哪几部分组成？并说明各部分含义。

$K = K_A K_V K_\alpha K_\beta$

4、如图所示的传动系统由斜齿圆柱齿轮和蜗杆蜗轮传动组成。

(1)确定斜齿轮 1、2 合理的螺旋方向，使蜗杆轴向受轴向力最小，并在图中标出螺旋方向；(4 分)

(2)分析图中齿轮 1、2 在啮合点 A 处的受力（用三个分力表示）。(4 分)

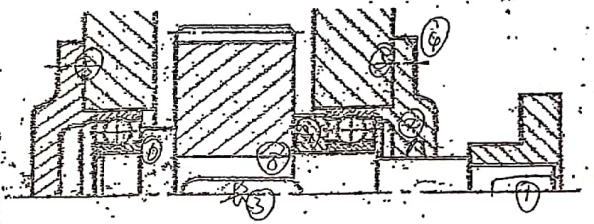


三、分析与改错题（16 分）

1、自行车上通常采用的传动装置为链传动，试比较链传动、带传动和齿轮传动的优缺点，并说明自行车采用链传动的优越性。

带 结构简单 价格低廉 可缓冲减振 噪音小 有弹性 可过载保护 链 元件精 结构紧凑 结构复杂 制造安装精度要求高 不能过载 齿 能保证恒定的 结构紧凑 可靠 寿命长 效率高 不能缓冲减振

2、图示轴的结构设计中，存在多处错误，请用箭头和号码指出，分别简要说明其错误的原因。



命题教师注意事项：1. 主考教师必须于考试一周前将"试卷 A"、"试卷 B"经教研室主任审批签字后连同教学大纲一并交教务科印刷。　2. 请命题教师用黑色水笔将试卷标题及题目或用 A4 纸横式打印贴在试卷版芯中。

由 扫描全能王 扫描创建

2010～2011 学年第 一 学期　课程代码 02106120　学分 3.5　课程名称 机械设计　命题教师 王勇　教研室主任审批签名 [illegible]

学号＿＿＿＿＿＿　学生姓名＿＿＿＿＿＿　教学班号＿＿＿＿＿＿　考试班级＿＿＿＿＿＿　考试日期 2010.12.26　成绩＿＿＿＿

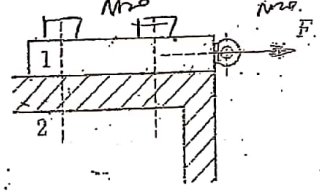
四、设计计算题（共30分）

1、图示部件1上装有吊环螺钉，吊环螺钉承受牵引力F，部件1和部件2通过中心线所示位置的两个普通螺栓联接在一起。吊环螺钉和联接用的螺栓都是M20，材料都是Q235，查得其许用应力为96MPa，结合面摩擦系数为0.15。已知螺栓M20的参数为：d1=17.294mm，d2=18.375mm，p=2.5mm。问：（15分）

(1) 吊环螺钉联接能承受的牵引力：（5分）

(2) 两螺栓联接能承受的最大牵引力F：（5分）

(3) 若M20的联接螺栓承受不住，可采用哪些措施？至少给出两种有效的方法。（5分）



96MPa.

(1) $\frac{1.3F}{\frac{\pi}{4}d_1^2} \le [\sigma]$ = 96MPa

(2) $2fF_0 \ge F$ ← 代入式得最大值

$\frac{1.3F_0}{\frac{\pi}{4}d_1^2} \le [\sigma]$ 求出允许的最大值

(3) 降低预紧力

(2) 改变接合面的摩擦系数 f 或增大结合面的摩擦力

(3) 减小螺栓刚度

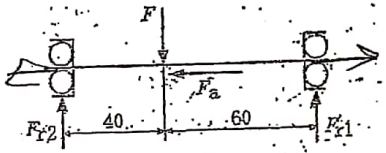
2、图示轴两端采用一对70000AC型角接触轴承，轴上所受的径向力R=5000N，轴向力Fa=2000N，方向如图所示，轴的转速n=1000r/min；70000AC轴承的有关资料：判断系数e=0.68，派生轴向力Fd=0.68Fr，基本额定动载荷C=40kN，当Fa/Fr≤e时，X=1，Y=0；当Fa/Fr>e时，X=0.41，Y=0.87。（ft=1.0，fp=1.2）（15分）

(1) 计算两轴承所受的径向力Fr1和Fr2；（2分）

(2) 计算两轴承的轴向力Fa1和Fa2；（6分）

(3) 计算两轴承的当量动载荷P1和P2；（4分）

(4) 计算轴承1的寿命Lh1（小时）。（3分）



(1) $F_{r1} \cdot 100 = F \cdot 40$ ∴ $F_{r1} = \frac{5000 \times 40}{100} = 2000$　$F_{r2} = 3000$

(2) $F_{d1} = 0.68 F_{r1} = 1360$　$F_{d2} = 0.68 F_{r2} = 2040$

$F_{d2} + F_a = 4040 > F_{d1}$ ∴ 轴1压紧

∴ $F_{a1} = 4040$　$F_{a2} = 2040$

(3) $\frac{F_{a1}}{F_{r1}} = \frac{4040}{2000} > e$ ∴ $P_1 = (0.41 F_{r1} + 0.87 F_{a1}) \cdot 1.2$

$\frac{F_{a2}}{F_{r2}} = \frac{2040}{3000} = 0.68 = e$　$P_2 = F_{r2} \times 1.2$

(4) $L_{h1} = \frac{10^6}{60 \times n} \left(\frac{C}{P}\right)^{\varepsilon}$

由 扫描全能王 扫描创建

2007级机械设计试卷（A）

一、填空题（每空1分，共20分）

1、机械零件的磨损过程大致分为____(1)____、____(2)____和____(3)____三个阶段。

2、国家标准规定，螺纹联接件按材料的力学性能分级。6.8级螺栓的材料屈服极限σ_s为____(4)____MPa。

3、一普通平键的标记为：键 C16×100 GB/T1096-2003，C表示____(5)____。

4、普通平键的工作面是____(6)____，而斜键的工作面则是____(7)____。

5、带传动设计时，限制最小带速是为了避免____(8)____应力过大，限制最大带速是为了避免____(9)____应力过大，而限制带轮的最小直径则是为了避免____(10)____应力过大。

6、已知一滚子链标记为 08A-2-93 GB/T1243-1997，该滚子链的节距为____(11)____mm，链节数为____(12)____。

7、齿轮载荷系数$K=K_AK_vK_\alpha K_\beta$，把轮齿修成鼓形齿能够降低系数____(13)____，而对轮齿修缘则能降低系数____(14)____。

8、蜗杆传动中，引入蜗杆直径系数q的主要目的是____(15)____。

9、工作中既承受弯矩又承受扭矩的轴则称为____(16)____。

10、滚动轴承6309的类型为内径为____(17)____mm。

11、非液体摩擦滑动轴承计算中，如果轴承压强为p，轴颈线速度为v，为了防止轴瓦产生过度磨损，应限制____(18)____值，为了避免轴承由于温度过高而发生胶合，应验算____(19)____值。

12、正常工作条件下，滚动轴承的主要失效形式是____(20)____。

二、选择填空题（每空1分，共10分）

1、当温度升高时，润滑油的粘度_____。

a）随之升高　　b）随之下降　　c）保持不变

2、下列说法中，_____是正确的。

a）变应力只能由变载荷产生　　b）静载荷不能产生变应力

c）变载荷产生变应力，静载荷也可能产生变应力

3、零件表面经淬火、渗氮、喷丸等处理后，其表面疲劳强度_____。

a）降低　　b）增高　　c）不变

4、与M20的螺纹相比，M20×1.5的螺纹_____。

a）自锁性差强度高　　b）自锁性好强度高　　c）自锁性好强度低

5 下列螺纹中，只能单向承受载荷的是_____，没有标准化的是_____。

a）三角形螺纹　　b）梯形螺纹　　c）矩形螺纹　　d）锯齿形螺纹

6、双向转动的齿轮传动，齿面接触应力为_____，而齿根弯曲应力则为_____。

a）静应力　　b）脉动循环应力　　c）对称循环应力

7、V带传动设计时，应根据_____从V带选型图中选择V带的带型。

a）计算功率和传动比　　b）计算功率和小带轮的转速

c）小带轮的扭矩和转速　　d）计算功率和大带轮的转速

8、已知滚动轴承的内径为d，外径为D，转速为n，其润滑方式应根据_____选择。

a）d　　b）D　　c）dn　　d）Dn

三、下列的说法不准确或不正确，请给出正确的说法。（每题2分，共10分）

1、螺纹连接预紧和防松的目的都是为了避免螺纹连接松脱。

2、普通平键的截面尺寸应根据键的强度确定。

3、带传动的打滑和弹性滑动都是带传动的失效形式，应当避免。

4、链传动设计时，为了减小传动的多边形效应，应尽量选择大的节距，齿数应适当少些。

5、在进行轴承类型选择时，如果要求轴承标准化程度高，易于更换，应选择滑动轴承；如果对轴承的精度要求极高，应选择滚动轴承。

四、简答题（每题5分，共25分）

1、简述流体动压润滑形成的必要条件。

2、简述普通螺栓联接和螺钉联接的结构特点和应用场合。

3、带传动允许的最大有效圆周力与哪些因素有关？带传动的设计准则是什么？

4、简要说明齿轮传动常见的失效形式和闭式硬齿面、闭式软齿面和开式齿轮传动的设计准则。

5、简要说明联轴器和离合器的区别。列举两种联轴器，说明其特点。

五、分析计算题(26分)

1、下图由两对斜齿圆柱齿轮和一对蜗轮蜗杆组成的传动系统中，已知齿轮1的转动方向和蜗杆的螺旋方向，要求：

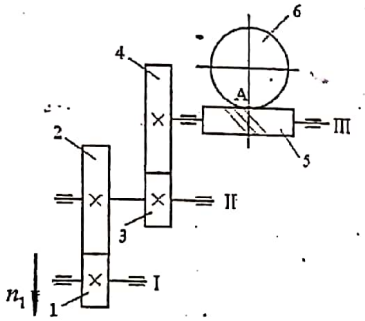
由 扫描全能王 扫描创建

（1）在蜗轮蜗杆啮合处（A 点）画出蜗轮蜗杆的受力图；（3 分）

（2）说明蜗轮的转动方向（1 分）

（3）为使Ⅲ轴上轴向力能够互相抵消一部分，确定齿轮 3、4 的螺旋方向。（2 分）

（4）为使Ⅱ轴上轴向力能够互相抵消一部分，确定齿轮 1、2 的螺旋方向。（2 分）



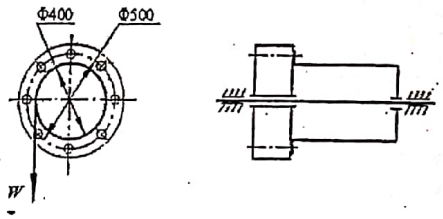
2、如图所示，起重卷筒与大齿轮采用普通螺栓连接。卷筒上钢丝绳的起重量 $W=15000\,\mathrm{N}$，卷筒直径 $D_1=400\,\mathrm{mm}$，八个螺栓均匀分布在直径 $D=500\,\mathrm{mm}$ 的圆周上。卷筒与大齿轮接触面摩擦系数 $f=0.12$，防滑系数取 $K_s=1.2$，螺栓的许用拉应力 $[\sigma]=150$ MPa

1）求每个螺栓所需要的预紧力；（3 分）

2）计算并选择螺栓的公称直径。（3 分）

附：普通螺纹的基本尺寸

公称直径	(M14)	M16	(M18)	M20	(M22)	M24
小径 d_1	11.835	13.835	15.294	17.294	18.294	20.752



3、图示轴两端采用一对 70000AC 型角接触轴承，轴上所受的径向力 $F_{re}=3000$ N，轴向力 $F_{ae}=1000$ N，方向如图所示，轴的转速 $n=1000$ r/min。取 $f_t=1.0$，$f_p=1.2$，试计算

1）两轴承所受的径向力 F_{r1} 和 F_{r2}；（2 分）

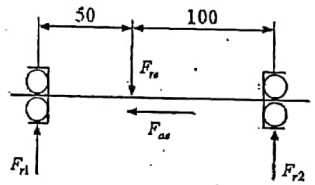
2）两轴承的轴向力 F_{a1} 和 F_{a2}；（4 分）

3）两轴承的当量动载荷 P_1 和 P_2；（4 分）

4）轴承 1 的寿命 L_{h1}（小时）。（2 分）

附：该轴承的基本资料

e	$F_a/F_r\leqslant e$		$F_a/F_r>e$		F_d	C (kN)
	X	Y	X	Y		
0.68	1	0	0.41	0.87	$0.68F_r$	21.6

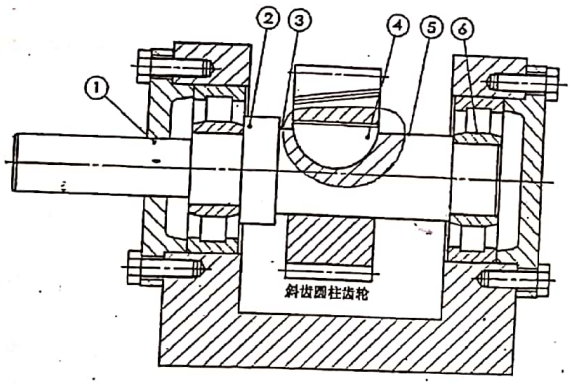


六、改错题（9 分）

图示轴系结构中，斜齿圆柱齿轮与轴采用半圆键连接；轴两端采用圆柱滚子轴承支撑。请说明图中已经标注出不合理或错误结构的原因，并给出改进的措施。（每个错误说明原因 1

由 扫描全能王 扫描创建

分，给出改进措施 0.5 分）



由 扫描全能王 扫描创建

2007 级机械设计试卷（A）_参考答案和评分标准

一、填空题（每空 1 分，共 20 分）

(1) 磨合阶段
(2) 稳定磨损阶段
(3) 剧烈磨损阶段
(4) 480
(5) 单圆头平键
(6) 两侧面
(7) 上下面
(8) 拉应力
(9) 离心应力
(10) 弯曲应力
(11) 12.7
(12) 93
(13) K_v
(14) K_β
(15) 限制蜗轮滚刀的数目，便于滚刀标准化
(16) 转轴
(17) 45
(18) p
(19) pv
(20) 点蚀

二、选择填空题（每空 1 分，共 10 分）

题号	1	2	3	4	5	6	7	8
答案	b	c	b	c	d；c	b；c	b	c

三、下列的说法不准确或不正确，请给出正确的说法。（每题 2 分，共 10 分）

1、螺纹连接预紧的目的是增强连接的可靠性和紧密性；防松的目的是为了避免螺纹连接松脱。

2、普通平键的截面尺寸应根据轴的直径确定。

3、带传动的打滑是带传动的失效形式，应当避免；弹性滑动是带传动固有的物理现象，不能避免。

4、链传动设计时，为了减小传动的多边形效应，应尽量选择小的节距，齿数应适当多些。

5、在进行轴承类型选择时，如果要求轴承标准化程度高，易于更换，应选择滚动轴承，如果对轴承的精度要求极高，应选择滑动轴承。

四、简答题（每题 5 分，共 25 分）

1、简述流体动压润滑形成的必要条件。

【答】

1）相对滑动的两表面间必须形成收敛的楔形间隙；（1.5 分）

2）被油膜分开的两表面必须有足够的相对滑动速度（亦即滑动表面带油时要有足够的油层最大速度），其运动方向必须使润滑油由大口流进，从小口流出；（2 分）

3）润滑油必须有一定的粘度，供油要充分。（1.5 分）

2、简述普通螺栓联接和螺钉联接的结构特点和应用场合。

【答】

1）普通螺栓联接被联接件的通孔与螺栓杆之间有间隙，所以孔的加工精度可以低些，不需在被联接件上切制螺纹，同时结构简单、装拆方便，所以应用最广。（2.5 分）

2）螺钉联接：螺钉直接旋入被联接件的螺纹孔中。适用于被联接件之一较厚，或另一端不能装螺母的场合。由于不用螺母，所以易于实现外观平整、结构紧凑；但要在被联接件上切制螺纹，因而其结构比螺栓联接复杂一些。不适用于经常拆装的场合。如经常拆装，会使螺纹孔磨损，导致被联接件过早失效。（2.5 分）

3、带传动允许的最大有效圆周力与哪些因素有关？带传动的设计准则是什么？

【答】影响带传动工作能力的因素有：

1）预紧力：预紧力越大，工作能力越强，但应适度，以避免过大拉应力；（1 分）

2）包角：包角越大越好，一般不小于 120°；（1 分）

3）摩擦系数：摩擦系数越大越好。（1 分）

带传动的设计准则是在保证带传动不打滑的条件下，具有一定的疲劳强度和寿命。（2 分）

4、简要说明齿轮传动常见的失效形式和闭式硬齿面、闭式软齿面和开式齿轮传动的设计准则。

【答】齿轮传动常见的失效形式有：（1）轮齿折断；（2）齿面点蚀；（3）齿面磨损；（4）齿面胶合；（5）塑性变形。（2 分）

闭式硬齿面的设计以保证齿根弯曲疲劳强度为主；（1 分）

闭式软齿面的设计通常以保证齿面接触疲劳强度为主；（1 分）

开式齿轮传动的设计目前仅以保证齿根弯曲疲劳强度作为设计准则。（1 分）

5、简要说明联轴器和离合器的区别。列举两种联轴器，说明其特点。

【答】

联轴器和离合器的区别是：在机器运转时，联轴器联接的两轴不能分离，只有在机器停车并将联接器拆开后，两轴才能分离。而离合器在机器运转过程中不需停车便可使两轴随时接合或分离。（3 分）

（任选两种联轴器说明特点，每种 1 分，如：）

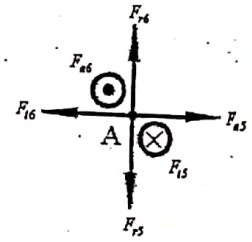
凸缘联轴器：结构简单，刚性好，工作可靠，装拆较方便，传递转矩大，无位移补偿和缓冲吸振能力。

齿轮联轴器：啮合齿数多，承载能力大，并具有良好的综合位移补偿能力，但成本较高，无缓冲吸振能力。

五、分析计算题(26 分)

1、【解】(8 分)

（1）啮合处蜗轮蜗杆的受力图；(3 分)



（2）蜗轮顺时针转动（1 分）

（3）齿轮 3 左旋，齿轮 4 右旋。(2 分)

由 扫描全能王 扫描创建

（4）齿轮 1 右旋，齿轮 2 左旋。（2 分）

2、【解】（6 分）

1）求每个螺栓所需要的预紧力 F_0（3 分）

求螺栓组承受的总横向载荷 F_Σ

$$T=\frac{500}{2}F_\Sigma=\frac{400}{2}W,\ F_\Sigma=\frac{4}{5}W=0.8\times15000=12000\ \text{N}$$

求每个螺栓的预紧力

$$fF_0zl\geq K_sF_\Sigma$$

$$F_0\geq\frac{K_sF_\Sigma}{fzl}=\frac{1.2\times12000}{0.12\times8}=15000\ \text{N}$$

或利用公式直接计算

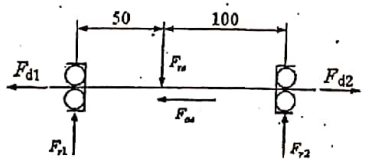
$$F_0\geq\frac{K_sT}{fz\dfrac{D}{2}}=\frac{K_sW\dfrac{D_1}{2}}{fz\dfrac{D}{2}}=\frac{K_sWD_1}{fzD}=\frac{1.2\times10000\times400}{0.12\times8\times500}=15000\text{N}$$

2）计算螺栓的公称直径（3 分）

$$d_1\geq\sqrt{\frac{5.2F_0}{\pi[\sigma]}}=\sqrt{\frac{5.2\times15000}{\pi\times150}}=12.87\ \text{mm}\ （2\ 分）$$

从表中选取螺纹公称直径 M16（1 分）

3、【解】（12 分）



1、计算两轴承所受的径向力 F_{r1} 和 F_{r2}（2 分）

$$F_{r1}=\frac{100}{50+100}F_{re}=\frac{2}{3}\times3000=2000\ \text{N};\ F_{r2}=F_{re}-F_{r1}=3000-2000=1000\ \text{N}$$

2、计算两轴承的轴向力 F_{a1} 和 F_{a2}

派生轴向力 $F_{d1}=0.68F_{r1}=1360\ \text{N};\ F_{d2}=0.68F_{r2}=680\ \text{N}$（2 分）

由于 $F_{d1}+F_{ae}=1360+1000=2360\ \text{N}>F_{d2}$，轴有向左串动的的趋势

轴承 1 放松，故轴承 2 压紧，因此

$F_{a1}=F_{d1}=1360\ \text{N}$

$F_{a2}=F_{ae}+F_{d1}=2360\ \text{N}$（2 分）

3、计算两轴承的当量动载荷 P_1 和 P_2

对于轴承 1，由于 $\frac{F_{a1}}{F_{r1}}=\frac{1360}{2000}=0.68=e$，由表查得 $X=1$，$Y=0$

$$P_1=f_p(XF_{r1}+YF_{a1})=1.2\times(1\times2000+0)=2400\ \text{N}\ （2\ 分）$$

对于轴承 2，由于 $\frac{F_{a2}}{F_{r2}}=\frac{2360}{1000}=2.36>e$，由表查得 $X=0.41$，$Y=0.87$

$$P_2=f_p(XF_{r1}+YF_{a1})=1.2\times(0.41\times1000+0.87\times2360)=2955.84\ \text{N}\ （2\ 分）$$

4、计算轴承 1 的寿命（2 分）

$$L_{h1}=\frac{10^6}{60n}\left(\frac{f_tC}{P_1}\right)^\varepsilon=\frac{10^6}{60\times1000}\left(\frac{1.0\times21.6\times1000}{2400}\right)^3=12150\ \text{h}$$

六、改错题（9 分，每个错误说明原因 1 分，给出改进措施 0.5 分）

【答】

1）轴承端盖孔与轴之间没有间隙。应将轴承端盖孔加大。
2）轴肩高度不应该超过轴承内圈的高度。按照轴承内圈安装尺寸设计轴肩直径。
3）斜齿圆柱齿轮左侧无法定位。应加宽轴肩的宽度尺寸。
4）半圆键对轴强度削弱过大。可以改用普通平键连接。
5）斜齿圆柱齿轮右侧无法定位。可以使用套筒定位。
6）圆柱滚子轴承不能承受轴向载荷。采用能够承受轴向载荷的滚动轴承，如圆锥滚子轴承、角接触球轴承等。

由 扫描全能王 扫描创建